සියළුම හිමිකම් ඇවිරිණි / All Rights Reserved

AL/2025/10/S-I

10	S	I

දකුණු පළාත් අධ්‍යාපන දෙපාර්තමේන්තුව
தென் மாகாணக் கல்வித் திணைக்களம்
Southern Provincial Department of Education

අධ්‍යයන පොදු සහතික පත්‍ර (උසස් පෙළ) විභාගය (නව විෂය නිර්දේශය)
General Certificate (Adv.Level) Examination (New Syllabus)
අවසාන වාර පරීක්ෂණය - 2025

12 ශ්‍රේණිය

සංයුක්ත ගණිතය - I
Combined Mathematics - I

පැය 03
03 hours
(අමතර කියවීම් කාලය මිනිත්තු 10)

විභාග අංකය								ශ්‍රේණිය	

නම	

අයදුම්කරුවන් සඳහා උපදෙස් :-

★ මෙම ප්‍රශ්න පත්‍රය කොටස් දෙකකින් සමන්විත වේ.

A කොටස (ප්‍රශ්න 1 - 10) සහ B කොටස (ප්‍රශ්න 11 - 17)

★ A කොටස :

සියලුම ප්‍රශ්න සඳහා පිළිතුරු සපයන්න. එක් එක් ප්‍රශ්නය සඳහා ඔබේ පිළිතුරු, සපයා ඇති ඉඩෙහි ලියන්න. වැඩිපුර ඉඩ අවශ්‍ය වේ නම්, ඔබට අමතර ලියන කඩදාසි භාවිත කළ හැකිය.

★ B කොටස :

ප්‍රශ්න පහකට පමණක් පිළිතුරු සපයන්න. ඔබේ පිළිතුරු, සපයා ඇති කඩදාසිවල ලියන්න.

★ නියමිත කාලය අවසන් වූ පසු A කොටසෙහි පිළිතුරු පත්‍රය, B කොටසෙහි පිළිතුරු පත්‍රයට උඩින් සිටින පරිදි කොටස් දෙක අමුණා විභාග ශාලාධිපතිට භාරදෙන්න.

★ මෙම ප්‍රශ්න පත්‍රයේ B කොටස පමණක් විභාග ශාලාවෙන් පිටතට ගෙන යාමට ඔබට අවසර ඇත.

පරීක්ෂකවරුන්ගේ ප්‍රයෝජනය සඳහා පමණි.

(10) සංයුක්ත ගණිතය I		
කොටස	ප්‍රශ්න අංකය	ලකුණු
A	1	
	2	
	3	
	4	
	5	
	6	
	7	
	8	
	9	
	10	
B	11	
	12	
	13	
	14	
	15	
	16	
	17	
	එකතුව	
	ප්‍රතිශතය	

I පත්‍රය	
II පත්‍රය	
එකතුව	
අවසාන ලකුණු	

අවසාන ලකුණු	
ඉලක්කමෙන්	
අකුරින්	

සංකේත අංකය	
උත්තර පත්‍ර පරීක්ෂක	
පරීක්ෂා කළේ	1.
	2.
අධීක්ෂණය කළේ	

A කොටස

1. $x^3 + 3x^2 - 1$ යන්න $(x-1)$ හි තුන්වන මාත්‍රයේ බහුපදයක් ලෙස ප්‍රකාශ කිරීමෙන්, $\frac{x^3+3x^2-1}{(x-1)^3}$ හි භින්න භාග ලබාගන්න.

2. $y = x - |2x-1|$ ප්‍රස්තාරය අඳින්න. ඒනයින්, $y = \left|x - |2x-1|\right|$ ප්‍රස්තාරය වෙනම සටහනක අඳින්න. ඒනයින්, $\left|x - |2x-1|\right| < \frac{1}{2}$ අසමානතාවය සත්‍යවන x හි අගය කුලකය සොයන්න.

අ.පො.ස උසස් පෙළ සියලුම විෂයන්ට අදාල ප්‍රශ්න පත්‍ර/පිළිතුරු පත්‍ර/සටහන් ලබා ගැනීමට Past Papers Wiki වෙත පිවිසෙන්න. ස්වකීය පිළිතුරු ඉගෙන්න.

Past Papers Wiki

3. $m > 0$ හා $c > 0$ යැයි දී ඇත. $y = mx, y = -mx + c$ සරල රේඛා අක්ෂය අනුබද්ධයෙන් ඇඳීමෙන්, $y = mx, y = -mx + c$ හා $x = 0$ රේඛා මඟින් ඇතිරුණු ත්‍රිකෝණයේ ක්ෂේත්‍රඵලය Δ නම්, $\Delta = \frac{c^2}{4m}$ බව පෙන්වන්න.

.....

.....

.....

.....

.....

.....

.....

.....

.....

.....

.....

.....

.....

.....

.....

4. $\lim_{x \to \pi} \frac{3\cos^2\left(\frac{x}{2}\right) - \sin^2(2x)}{(\pi - x)^2} = -\frac{13}{4}$ බව පෙන්වන්න.

.....

.....

.....

.....

.....

.....

.....

.....

.....

.....

.....

.....

.....

.....

.....

.....

.....

.....

.....

5. $y = sin^2(\ln x), x > 0$ නම්, $x^3 \frac{d^3y}{dx^3} + 3x^2 \frac{d^2y}{dx^2} + 5x \frac{dy}{dx} = 0$ බව පෙන්වන්න.

6. $f(x) = x^3 + ax^2 + bx + 1, a, b \in \mathbb{R}$ බහුපදය $(x - 1)$ න් බෙදූවිට ශේෂය -2 ද $(x + 1)$ න් බෙදූවිට ශේෂය ශූන්‍යද නම්, a හා b සොයන්න. එම a, b අගයන් සඳහා $f(x)$ බහුපදයේ ඒකජ සාධක සියල්ල ප්‍රකාශ කරන්න.

අ.පො.ස උසස් පෙළ සියලුම විෂයන්ට අදාල ප්‍රශ්න පත්‍ර/පිළිතුරු පත්‍ර/සටහන් ලබා ගැනීමට Past Papers Wiki වෙත පිවිසෙන්න. ස්වයං පිහිටි වලන්න.

Past Papers Wiki

7. $p = a\cot\theta$ හා $q = a\sin\theta + b\cos\theta$ නම්,

$q^2(a^2 + p^2) = (a^2 + bp)^2$ බව පෙන්වන්න.

.....

.....

.....

.....

.....

.....

.....

.....

.....

.....

.....

.....

.....

.....

.....

.....

.....

8. $y = x^2 + 2$ හා $y = -x^2 + 4$ ප්‍රස්තාර එකම සටහනේ ඇඳීමෙන්, $x^2 \leq 1$ වන x හි අගයන් ලබාගන්න.

.....

.....

.....

.....

.....

.....

.....

.....

.....

.....

.....

.....

.....

.....

.....

.....

.....

9. $\lambda^2x^2 + (\lambda - 1)x + 1 = 0, \lambda \in \mathbb{R} - \{0\}$ වර්ගජ සමීකරණයේ මූල තාත්වික නම්, λ හි අගය කුලකය ලබාගන්න.

10. $\sin 2x$ හා $\cos 2x$ යන්න $\tan x$ වලින් දැක්වෙන සූත්‍ර ලියා දක්වන්න. ඒනයින්, $\sin 2x - \cos 2x = \tan x$ සමීකරණයේ සාධාරණ විසඳුම් සොයන්න.

අ.පො.ස උසස් පෙළ සියලුම විෂයන්ට අදාල ප්‍රශ්න පත්‍ර/පිළිතුරු පත්‍ර/සටහන් ලබා ගැනීමට Past Papers Wiki වෙත පිවිසෙන්න
ඒවායි පිළිබඳ වැඩිදුර දැනගන්න.

සියළුම හිමිකම් ඇවිරිණි / All Rights Reserved

දකුණු පළාත් අධ්‍යාපන දෙපාර්තමේන්තුව
தென் மாகாணக் கல்வித் திணைக்களம்
Southern Provincial Department of Education

අධ්‍යයන පොදු සහතික පත්‍ර (උසස් පෙළ) විභාගය (නව විෂය නිර්දේශය)
General Certificate (Adv.Level) Examination (New Syllabus)
අවසාන වාර පරීක්ෂණය - 2025

සංයුක්ත ගණිතය - I
Combined Mathematics - I

10 S I

B කොටස

* ප්‍රශ්න **පහකට** පමණක් පිළිතුරු සපයන්න.

11. (a) $f(x) = x^2 + 4x - k^2 - 4k, k \in \mathbb{R}$ යැයි ගනිමු. $f(x) = (x+a)^2 - b^2$ ආකාරයට ප්‍රකාශ කරන්න. මෙහි a හා b යනු නිර්ණය කළ යුතු තාත්වික නියත වේ. ඒනයින්, $y = f(x)$ ශ්‍රිතය අවමයක් බව පෙන්වා අවම අගය සොයන්න. එය ලැබෙන x අගයද දෙන්න. ඒනයින්,

(i) $y = f(x)$ ප්‍රස්තාරය හා x අක්ෂය ස්පර්ශ කිරීම සඳහා k ට ගත හැක අගය සොයන්න.

(ii) $y = f(x)$ ප්‍රස්තාරය හා x අක්ෂය තැන් දෙකකදී ඡේදනය කිරීම සඳහා k හි අගය කුලකය සොයන්න.

(iii) $k = -2$ සඳහා ප්‍රස්තාරයේ ගුණ ප්‍රකාශ කරමින්, $y = f(x)$ ප්‍රස්තාරය අඳින්න.

(b) $f(x) = x^4 + ax^3 + bx^2 + cx - 2$ බහුපදය $(x-1)$ න් බෙදූවිට ශේෂය -2 වේ. $f(x)$ බහුපදය $(x+1)^2$ න් බෙදූවිට ශේෂය $2x - 1$ වේ. $a, b, c \in \mathbb{R}$ වේ. a, b, c සොයන්න.

$g(x) = 4x^4 - 4x + 10$ යැයි ගනිමු.

$F(x) = 4f(x) - g(x)$ ලෙස අර්ථ දක්වා ඇති බහුපදය $(x+\mu)(Ax^2 + Bx + C)$ ආකාරයට ප්‍රකාශ කරන්න. මෙහි μ, A, B, C නිර්ණය කළ යුතු තාත්වික නියත වේ.

12. (a) $y = |2x-1| + |x-1| + x$ ශ්‍රිතයේ ප්‍රස්තාරය අඳින්න. ඒනයින්, $|2x-1| + |x-1| - 3x \geq 0$ වන x හි අගය කුලකය සොයන්න.

(b) $y = x^2 - 2x$ ප්‍රස්තාරය ඇඳීමෙන්, $y = |x^2 - 2x|$ ප්‍රස්තාරයේ කටු සටහන වෙනම සටහනක අඳින්න. එම සටහනේම $y = |2 - x|$ ප්‍රස්තාරය ඇඳීමෙන්, $|x^2 - 2x| > |2 - x|$ වන x හි අගයන් සොයන්න.

(c) ශේෂ ප්‍රමේයය නැවත නැවත යෙදීමෙන්, $x^4 + 2x^3 - 3x^2 - x + 1$ බහුපදය $(x-1)^2(x+2)$ න් බෙදූවිට ලබ්ධිය හා ශේෂය සොයන්න.

13. (a) $\frac{1}{x^2-1}$ හි හින්න භාග ලබාගන්න. ඒනයින්,

(i) $\frac{1}{(x-1)^2(x+1)^2}$ (ii) $\frac{1}{(x-1)^3(x+1)}$ (iii) $\frac{1}{(x-2)(x+2)}$ (iv) $\frac{x}{x^2-1}$

යන පරිමේය ශ්‍රිත වියෝජනය කරන්න.

(b) $c > 0$ හා $b < 0$ වන $x^2 + bx + c = 0$ වර්ගජ සමීකරණයේ මූල $\sqrt{\alpha}$ හා $\sqrt{\beta}$ වේ. මෙහි $\alpha, \beta > 0$ වේ. මූල α හා β වන වර්ගජ සමීකරණය $x^2 - (b^2 - 2c)x + c^2 = 0$ බව පෙන්වන්න. ඒනයින්, විචල්‍ය පරිනාමණය මඟින්, මූල α^2 හා β^2 වන වර්ගජ සමීකරණය $x^2 + [2c^2 - (b^2 - 2c)^2]x + c^4 = 0$ බව සාධනය කරන්න. මූල $\alpha^{\frac{1}{4}}$ හා $\beta^{\frac{1}{4}}$ වන වර්ගජ සමීකරණය $x^2 - \sqrt{-b + 2\sqrt{c}}\ x + \sqrt{c} = 0$ බවද සාධනය කරන්න.

14. (a) $\lim_{x \to 0} \frac{\sin x}{x} = 1$ බව සාධනය කරන්න.

$\lim_{x \to \frac{\pi}{4}} \frac{\cos 2x - \cos 6x}{4x - \pi} = -2$ බව පෙන්වන්න.

(b) $f(x)$ යනු මාත්‍රය 4 වූ බහුපදයකි. $f(x)$ බහුපදය $(x - \alpha)$ ගෙන් x ගෙන් ස්වායත්ත ශේෂයක් ලැබෙනතුරු බෙදූවිට ලැබෙන ශේෂය $f(\alpha)$ බව පෙන්වන්න. $\alpha \in \mathbb{R}$ වේ.

$f(x)$ බහුපදය $(x - \alpha)^2$ න් බෙදූවිට ශේෂය $(x - \alpha)f'(\alpha) + f(\alpha)$ ආකාරයෙන් ප්‍රකාශ කළ හැකි බව පෙන්වන්න. මෙහි $f'(x)$ යනු $f(x)$ හි ප්‍රථම අවකලන සංගුණකයයි.

ඒනයින්, $x^4 + x^3 + 2x^2 - x + 1$ බහුපදය $(x - 2)^2$ න් බෙදූවිට ශේෂය සොයන්න.

$x^4 + x^3 + 2x^2 - 52x + 72$ හි සාධකයක් $(x - 2)^2$ බව පෙන්වා, අනෙක් වර්ගජ සාධකයද සොයන්න.

15. (a) ප්‍රමූල ධර්ම මඟින් $\cos\sqrt{x}$, x විෂයයෙන් අවකලනය කරන්න.

(b) $f(x) = \frac{2x^2}{(x+1)^3}$, $x \neq -1$යැයි ගනිමු.

$f'(x) = \frac{2x(2-x)}{(x+1)^4}$, $x \neq -1$ බව පෙන්වන්න.

$y = f(x)$ ශ්‍රිතයේ හැරුම් ලක්ෂ්‍ය, ස්පර්ශෝන්මුඛ සොයමින් ප්‍රස්තාරයේ කටු සටහන අඳින්න.

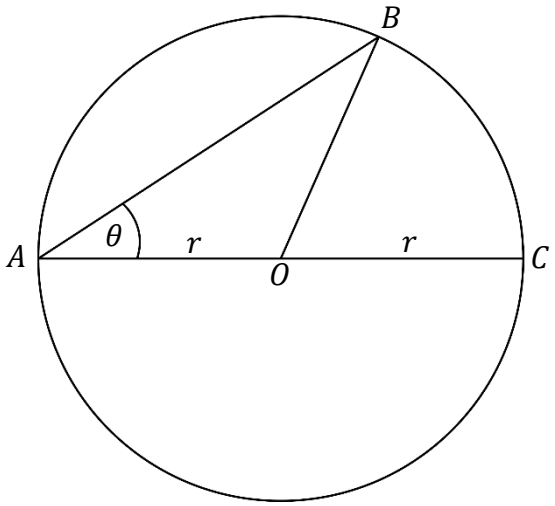
ශ්‍රිතය අඩුවන හා වැඩිවන ප්‍රාන්තර නිවැරදිව ලියා දක්වන්න.

අ.පො.ස උසස් පෙළ සියලුම විෂයන්ට අදාල ප්‍රශ්න පත්‍ර/පිළිතුරු පත්‍ර/සටහන් ලබා ගැනීමට Past Papers Wiki වෙත පිවිසෙන්න

Past Papers Wiki

$f''(x) = \frac{4(x^2-4x+1)}{(x+1)^5}$, $x \neq -1$ බව පෙන්වා, නතිවර්තන ලක්ෂ්‍ය දෙකක් පවතින බව පෙන්වා, ඒවායේ x බණ්ඩාංක සොයන්න.

(*c*) අරය r හා කේන්ද්‍රය O වූ වෘත්ත ආස්තරයකින් රූපයේ පරිදි කපා ගත හැකි AOB ත්‍රිකෝණයේ වර්ගඵලයට ලැබිය හැකි උපරිම වර්ගඵලය සොයන්න. AC තිරස් විෂ්කම්භයකි. $O\hat{A}B = \theta$ වේ. මෙහි $0 < \theta < \frac{\pi}{2}$ ද වේ.



16. (*a*) $\sin(A+B)$ හා $\cos(A+B)$ සූත්‍ර ලියා දක්වා, ඒනයින්, $\tan(A+B) \equiv \frac{\tan A+\tan B}{1-\tan A \tan B}$ සූත්‍රය සාධනය කරන්න.

$\tan(A-B)$ සඳහා සූත්‍රයක් අපෝහනය කරන්න. ඒනයින්,

$\tan(A+B) - \tan(A-B) \equiv \frac{2\tan B(1+\tan^2 A)}{1-\tan^2 A \tan^2 B}$ බව පෙන්වා, $\tan 3\theta - \tan\theta \equiv \frac{2\tan\theta(1+\tan^2\theta)}{1-3\tan^2\theta}$

බව අපෝහනය කරන්න. ඒනයින්, $\tan 3\theta = \tan\theta$ සමීකරණයේ සාධාරණ විසඳුම් සොයන්න.

(*b*) $\sin 4x + \sin 6x + \sin 8x \equiv (1 + 2\cos 2x)\sin 6x$ බව පෙන්වන්න. ඒනයින්,

$\sin x\,(\sin 4x + \sin 6x + \sin 8x) \equiv \sin 3x \sin 6x$ බව පෙන්වන්න. $\sin\frac{\pi}{12} = \frac{\sqrt{6}-\sqrt{2}}{4}$ බව අපෝහනය කරන්න.

$\cos\frac{\pi}{12} = \frac{\sqrt{6}+\sqrt{2}}{4}$ බවද දී ඇත්නම්, $\sin\frac{\pi}{6} = \frac{1}{2}$ බව පෙන්වන්න.

17. (a) සුපුරුදු අංකනයෙන් ABC ත්‍රිකෝණයක් සඳහා කෝසයින් සූත්‍රය ප්‍රකාශ කර සාධනය කරන්න. සම්මත අංකනය අනුව, ඕනෑම ABC ත්‍රිකෝණයක් සඳහා $a = b\cos C + c\cos B$ බවද සාධනය කරන්න. ඒනයින්,

(i) $\frac{\cos A}{c\cos B+b\cos C} + \frac{\cos B}{a\cos C+c\cos A} + \frac{\cos C}{a\cos B+b\cos A} = \frac{a^2+b^2+c^2}{2abc}$ බවත්,

(ii) $a(b\cos C - c\cos B) = b^2 - c^2$ බවත් පෙන්වන්න.

(b) $\sin 2\theta$, $\cos 2\theta$ සූත්‍ර $\sin\theta$ හා $\cos\theta$ මඟින් ප්‍රකාශ කරන්න. $\sin 3\theta$ සූත්‍රය $\sin\theta$ මඟින්ද, $\cos 3\theta$ සූත්‍රය $\cos\theta$ මඟින්ද ප්‍රකාශ කරන්න.

$\cos 5\theta = \cos(3\theta + 2\theta)$ යැයි ලිවීමෙන්, $\cos 5\theta = \cos\theta\,(16\cos^4\theta - 20\cos^2\theta + 5)$ බව පෙන්වන්න.

$0 < \theta < \pi$ සඳහා $\cos 5\theta = 0$ සමීකරණය විසඳන්න.

ඒනයින්, $16\cos^4\theta - 20\cos^2\theta + 5 = 0$ සමීකරණයේ මූල, $\cos\frac{\pi}{10}, \cos\frac{3\pi}{10}, \cos\frac{7\pi}{10}$ හා $\cos\frac{9\pi}{10}$ බව පෙන්වන්න.

$\cos\frac{\pi}{10} + \cos\frac{3\pi}{10} + \cos\frac{7\pi}{10} + \cos\frac{9\pi}{10}$ හි අගය සොයන්න.

$\cos^2\frac{\pi}{10} + \cos^2\frac{3\pi}{10}$ හි අගය සෙවීම සඳහා $16\cos^4\theta - 20\cos^2\theta + 5 = 0$ සමීකරණය භාවිතා කරන්න.

අ.පො.ස උසස් පෙළ සියලුම විෂයන්ට අදාල ප්‍රශ්න පත්‍ර/පිළිතුරු පත්‍ර/සටහන් ලබා ගැනීමට Past Papers Wiki වෙත පිවිසෙන්න

සියළුම හිමිකම් ඇවිරිණි / All Rights Reserved

දකුණු පළාත් අධ්‍යාපන දෙපාර්තමේන්තුව
தென் மாகாணக் கல்வித் திணைக்களம்
Southern Provincial Department of Education

අධ්‍යයන පොදු සහතික පත්‍ර (උසස් පෙළ) විභාගය (නව විෂය නිර්දේශය)
General Certificate (Adv.Level) Examination (New Syllabus)

අවසාන වාර පරීක්ෂණය - 2025

12 ශ්‍රේණිය

සංයුක්ත ගණිතය - II
Combined Mathematics - II

පැය 03
03 hours
(අමතර කියවීම් කාලය මිනිත්තු 10)

විභාග අංකය								ශ්‍රේණිය	

නම	

අයදුම්කරුවන් සඳහා උපදෙස් :-

- ★ මෙම ප්‍රශ්න පත්‍රය කොටස් දෙකකින් සමන්විත වේ.
  A කොටස (ප්‍රශ්න 1 - 10) සහ B කොටස (ප්‍රශ්න 11 - 17)
- ★ A කොටස :
  සියලුම ප්‍රශ්න සඳහා පිළිතුරු සපයන්න. එක් එක් ප්‍රශ්නය සඳහා ඔබේ පිළිතුරු, සපයා ඇති ඉඩෙහි ලියන්න. වැඩිපුර ඉඩ අවශ්‍ය වේ නම්, ඔබට අමතර ලියන කඩදාසි භාවිත කළ හැකිය.
- ★ B කොටස :
  ප්‍රශ්න පහකට පමණක් පිළිතුරු සපයන්න. ඔබේ පිළිතුරු, සපයා ඇති කඩදාසිවල ලියන්න.
- ★ නියමිත කාලය අවසන් වූ පසු A කොටසෙහි පිළිතුරු පත්‍රය, B කොටසෙහි පිළිතුරු පත්‍රයට උඩින් සිටින පරිදි කොටස් දෙක අමුණා විභාග ශාලාධිපතිට භාරදෙන්න.
- ★ මෙම ප්‍රශ්න පත්‍රයේ B කොටස පමණක් විභාග ශාලාවෙන් පිටතට ගෙන යාමට ඔබට අවසර ඇත.

පරීක්ෂකවරුන්ගේ ප්‍රයෝජනය සඳහා පමණි.

(10) සංයුක්ත ගණිතය II		
කොටස	ප්‍රශ්න අංකය	ලකුණු
A	1	
	2	
	3	
	4	
	5	
	6	
	7	
	8	
	9	
	10	
B	11	
	12	
	13	
	14	
	15	
	16	
	17	
	එකතුව	
	ප්‍රතිශතය	

I පත්‍රය	
II පත්‍රය	
එකතුව	
අවසාන ලකුණු	

අවසාන ලකුණු	
ඉලක්කමෙන්	
අකුරින්	

සංකේත අංකය	
උත්තර පත්‍ර පරීක්ෂක	
පරීක්ෂා කළේ	1.
	2.
අධීක්ෂණය කළේ	

A කොටස

1. සරල රේඛීය මාර්ගයක A ලක්ෂ්‍යයක සිට B ලක්ෂ්‍යයකට ගමන් කරන මෝටර් රථයක්, A හිදී $u\,ms^{-1}$ ප්‍රවේගයෙන් ගමන් කරමින්, $a\,ms^{-2}$ ඒකාකාර මන්දනයකින් යුක්තව, B හිදී $v\,ms^{-1}$ ප්‍රවේගයක් ලබාගනී. එම මෝටර් රථය B ට එන මොහොතේදීම තවත් මෝටර් රථයක් B සිට A දක්වා ගමන් කිරීම අරඹන අතර, B ලක්ෂ්‍යයේදී එම මෝටර් රථය $v\,ms^{-1}$ ප්‍රවේගයක් ලබා තිබුණි. පළමු මෝටර් රථය A සිට B දක්වා ගමන් කළ කාලයෙන් හරි අඩකදී දෙවන මෝටර් රථය A හිදී $u\,ms^{-1}$ ප්‍රවේගය ලබාගනී. එම මෝටර් රථය ඒකාකාර ත්වරණයකින් ගමන් කළේ යැයි සළකමින්, මෝටර් රථ දෙකේ චලිත සඳහා ප්‍රවේග - කාල වක්‍ර එකම සටහනේ ඇඳීමෙන්, දෙවන මෝටර් රථයේ ත්වරණය $2a\,ms^{-2}$ බව පෙන්වන්න.

.....

.....

.....

.....

.....

.....

.....

.....

.....

.....

.....

.....

.....

.....

2. $ABCD$ රොම්බසයකි. $\overrightarrow{AB},\ \overrightarrow{CB},\overrightarrow{CD},\overrightarrow{AD}$ දිශාවලට පිළිවෙළින්, නිව්ටන, $3, P, 4, 5$ බල ක්‍රියා කරයි. බල පද්ධතියේ සම්ප්‍රයුක්තය A හරහා ගමන්කරයි නම්, P හි අගය සොයන්න. $4N$ හා PN බල දෙකේ සම්ප්‍රයුක්ත බලය $\overrightarrow{CA}$ ඔස්සේ ක්‍රියා කරන බව පෙන්වා, එහි විශාලත්වය සොයන්න. ඒනයින්, බල පද්ධතියේ සම්ප්‍රයුක්තය AC ට ලම්බකව A හරහා ක්‍රියාකරන බව පෙන්වන්න. $B\hat{A}D = 2\alpha$ වේ.

.....

.....

.....

.....

.....

.....

.....

.....

.....

.....

.....

.....

.....

.....

අ.පො.ස උසස් පෙළ සියලුම විෂයන්ට අදාල ප්‍රශ්න පත්‍ර/පිළිතුරු පත්‍ර/සටහන් ලබා ගැනීමට Past Papers Wiki වෙත පිවිසෙන්න. ඔබේ පිළිතුරු බලන්න.

Past Papers Wiki

3. $\underline{a} = 3\underline{i} - 2\underline{j}$ හා $\underline{b} = -2\underline{i} + 3\underline{j}$ වෙයි. $|\underline{a} + \underline{b}| = \sqrt{13}$ නම්, $\underline{a}$ හා $\underline{b}$ අතරත කෝණය සොයන්න.

.....

.....

.....

.....

.....

.....

.....

.....

.....

.....

.....

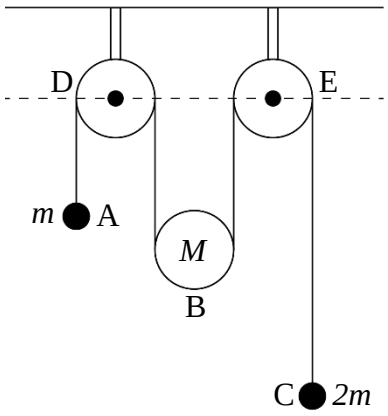
.....

.....

.....

.....

4. ලුහු අවිතන්‍ය තන්තුවකින් සම්බන්ධ කරන ලද කප්පි පද්ධතියක් රූපයේ දක්වා ඇත. D හා E අචල කප්පි දෙක මතින් දමන ලද ලුහු අවිතන්‍ය තන්තුවේ දෙකෙළවර පිළිවෙළින් ස්කන්ධ m හා $2m$ වන A හා C අංශු දෙකක් දරයි. B යනු ස්කන්ධය M වන සචල කප්පියකි. A අංශුවේ ත්වරණය පහළ දිශාවට f_1 ද, C අංශුවේ ත්වරණය ඉහළ දිශාවට f_2 ද නම්, B සචල කප්පියේ ත්වරණය ඉහළ දිශාවට $\frac{1}{2}(f_1 - f_2)$ බව පෙන්වන්න. A හා C අංශුවලත්, B සචල කප්පියේත් ත්වරණ හා තන්තුවේ ආතතිය සෙවීමට ප්‍රමාණවත් සමීකරණ ලියන්න.



.....

.....

.....

.....

.....

.....

.....

.....

.....

.....

.....

.....

.....

.....

.....

.....

.....

.....

5. P හා Q ලක්ෂ්‍ය වල පිහිටුම් දෛශික පිළිවෙළින් $\underline{p} = r_1\left(\cos A\,\underline{i} + \sin A\,\underline{j}\right)$ හා $\underline{q} = r_2\left(\cos B\,\underline{i} - \sin B\,\underline{j}\right)$ වෙයි. $r_1, r_2 > 0$ හා $0 < A < \frac{\pi}{2}$ හා $-\frac{\pi}{2} < B < 0$ වෙයි. $\overrightarrow{OP}$ හා $\overrightarrow{OQ}$ රූප සටහනක ලකුණු කරන්න. $\overrightarrow{OP}$ හා $\overrightarrow{OQ}$ සැළකීමෙන්, $\cos(A+B) = \cos A \cos B - \sin A \sin B$ බව සාධනය කරන්න.

.....

.....

.....

.....

.....

.....

.....

.....

.....

.....

.....

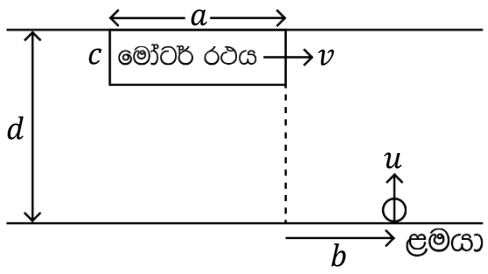
.....

.....

.....

.....

6. පළල d වූ සෘජු සමාන්තර පාරක චික් පැත්තක දාරයට සමාන්තරව එම දාරයේ ස්පර්ශ වන පරිදි දිග a හා පළල c වන මෝටර් රථයක් v ප්‍රවේගයෙන් ගමන් කරයි. කාලය මැනීමට පටන් ගන්නා මොහොතේ, මෝටර් රථයේ ඉදිරි මුහුණතට හරි කෙළින් පාරේ අනෙක් පැත්තේ දාරයේ එම මුහුණතේ සිට b දුරකින් සිටින ළමයෙක්, එම දාරයට ලම්බකව u ප්‍රවේගයෙන් පාර හරහා පනී. අනතුරක් සිදුවීමට අවශ්‍යතාවය $\frac{b}{d} \le \frac{v}{u} \le \frac{a+b}{d-c}$ බව පෙන්වන්න. $d > c$ වේ.



.....

.....

.....

.....

.....

.....

.....

.....

.....

.....

.....

.....

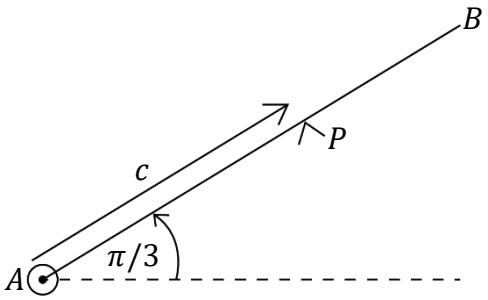
.....

.....

අ.පො.ස උසස් පෙළ සියලුම විෂයන්ට අදාල ප්‍රශ්න පත්‍ර/පිළිතුරු පත්‍ර/සටහන් ලබා ගැනීමට Past Papers Wiki වෙත පිවිසෙන්න. ස්වයං පිළිබඳ වලන්න.

Past Papers Wiki

7. දිග $2a$ හා බර w වන AB ඒකාකාර දණ්ඩක්, A හිදී බිත්තියකට අසව් කර, $AP = c\ (> a)$ වන පරිදි P නාදැත්තක ගැටෙමින්, රූපයේ පරිදි තිරසට $\pi/3$ ක කෝණයක් ආනතව සමතුලිතතාවයේ පවතී. බල සටහන අඳින්න. නාදැත්තෙන් දණ්ඩ මත ප්‍රතික්‍රියාව R නම්, $R = \frac{wa}{2c}$ බව පෙන්වන්න. තවදුරටත්, $\frac{w}{4} < R < \frac{w}{2}$ බවද පෙන්වන්න. $c = a$ නම් අසව්වේ ප්‍රතික්‍රියාව තිරසට ආනත කෝණය කවරේද?



.....

.....

.....

.....

.....

.....

.....

.....

.....

.....

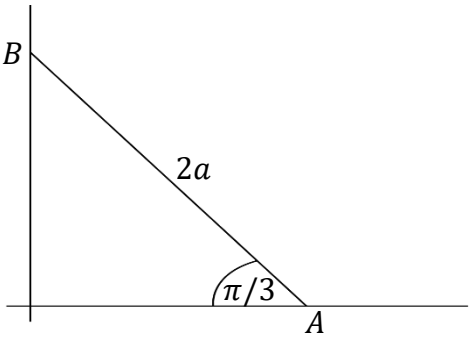
.....

.....

.....

.....

8. දිග $2a$ හා බර w වන ඒකාකාර AB ඉණිමඟක්, A කෙළවර ඝර්ෂණ සංගුණකය $\frac{1}{4}$ වූ රළු තිරස් තලයකත්, B කෙළවර සුමට සිරස් බිත්තියකත් ගැටෙමින්, තිරසට $\pi/3$ ක කෝණයක් ආනතව සමතුලිතව තිබේ. බර w වූ මිනිසෙකුට A කෙළවරෙන් පටන් ගෙන සමතුලිතතාව නොබිඳෙන පරිදි ඉණිමඟ දිගේ නැගිය හැකි උපරිම දුර, $a(\sqrt{3}-1)$ බව පෙන්වන්න.



.....

.....

.....

.....

.....

.....

.....

.....

.....

.....

.....

.....

.....

.....

9. අංශුවක් තිරස් හා සිරස් ප්‍රවේග සංරචක u හා v වන පරිදි තිරස් තලයක් මත O ලක්ෂ්‍යයක සිට ගුරුත්වය යටතේ ප්‍රක්ෂේපණය කරයි. අංශුව පථය මත $P(a,d)$ ලක්ෂ්‍යය හරහා ගමන් කරයි නම්, $d = \left(\frac{v}{u}\right)a - \left(\frac{g}{2u^2}\right)a^2$ බව පෙන්වන්න. a හි අගයයන් දෙකකට අනුරූපව d ට එකම අගය ඇත්නම්, $d < \frac{v^2}{2g}$ විය යුතු බව පෙන්වන්න.

.....

.....

.....

.....

.....

.....

.....

.....

.....

.....

.....

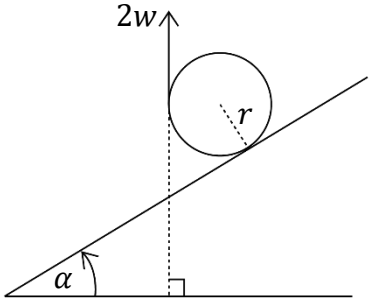
.....

.....

.....

.....

10. අරය r වූ ද බර $4w$ වූද ඒකාකාර ගෝලයක් ඝර්ෂණ සංගුණකය μ වූ ආනත තලයක් මත තබා ඇත. ආනත තලයේ බෑවුම රේඩියන් α වේ. ගෝලය තලය පහළට ලිස්සායාම වැළැක්වීම සඳහා ගෝලයට රූපයේ පරිදි ස්පර්ශීය දිශාව ඔස්සේ සිරස්ව ඉහළට $2w$ බලයක් ලබා දුන්නේ නම්, ගෝලය සමතුලිත වනු පිණිස ඝර්ෂණ බලයේ හා අභිලම්බ ප්‍රතික්‍රියාවේ සම්ප්‍රයුක්ත ප්‍රතික්‍රියාවේ විශාලත්වය හා දිශාව සොයන්න. ගෝලය සමතුලිතව පැවතීම සඳහා $\alpha \leq \tan^{-1}\mu$ විය යුතු බවද පෙන්වන්න.



.....

.....

.....

.....

.....

.....

.....

.....

.....

.....

.....

.....

.....

.....

.....

අ.පො.ස උසස් පෙළ සියලුම විෂයන්ට අදාල ප්‍රශ්න පත්‍ර/පිළිතුරු පත්‍ර/සටහන් ලබා ගැනීමට Past Papers Wiki වෙත පිවිසෙන්න
ඔබේ පිවිසුම් බලන්න.

සියළුම හිමිකම් ඇවිරිණි / All Rights Reserved

දකුණු පළාත් අධ්‍යාපන දෙපාර්තමේන්තුව
தென் மாகாணக் கல்வித் திணைக்களம்
Southern Provincial Department of Education

අධ්‍යයන පොදු සහතික පත්‍ර (උසස් පෙළ) විභාගය (නව විෂය නිර්දේශය)
General Certificate (Adv.Level) Examination (New Syllabus)
අවසාන වාර පරීක්ෂණය - 2025

සංයුක්ත ගණිතය - II
Combined Mathematics - II

10 S II

B කොටස

* ප්‍රශ්න **පහකට** පමණක් පිළිතුරු සපයන්න.

11.(a) තිරසට $\alpha\left(>\frac{\pi}{6}\right)$ ආනතියක් සහිතව u ප්‍රවේගයෙන් ගුරුත්වය යටතේ ප්‍රක්ෂේපණය කරන ලද අංශුවක තිරස් පරාසය R නම්, $R=\frac{u^2}{g}\sin 2\alpha$ බව පෙන්වන්න. ඒනයින්, $\frac{R}{2}<S<R$ පරාසය තුළ S දුරකදී අංශුව කුරුල්ලෙක් විසින් ඩැහැ ගනී නම්ද, එවිට අංශුව පිහිටි ලක්ෂ්‍යයට අංශුවේ ආරම්භක පිහිටීමේ සිට තිරසට දක්වන ආනතිය $\frac{\pi}{6}$ නම්ද අංශුවේ සිරස් උස h යන්න,

$\frac{u^2}{2\sqrt{3}g}\sin 2\alpha<h<\frac{u^2}{\sqrt{3}g}\sin 2\alpha$ සපුරාලන බවත්, $\tan\alpha>\frac{2}{\sqrt{3}}$ බවත්, පෙන්වන්න.

$S=\frac{3R}{4}$ නම්, ආරම්භක පිහිටීමේ සිට අංශුව ඩැහැගන්නා ලද ලක්ෂ්‍යය දක්වා අංශුවේ විස්ථාපනය $\frac{\sqrt{3}R}{2}$ බවද පෙන්වන්න.

(b) බස්නාහිර-නැගෙනහිර හා දකුණු-උතුරු මාර්ග දෙකක්, O සන්ධියේදී හමුවේ. A, B යතුරුපැදි දෙකක්, $t=0$ වේලාවේදී $u\ kmh^{-1}$ හා $\sqrt{3}u\ kmh^{-1}$ ප්‍රවේග වලින් O දෙසට බස්නාහිර හා දකුණේ වන P, Q ලක්ෂ්‍ය වල සිට චලිත වෙමින් ඇත. $OP=a\ km, OQ=b\ km$ වේ. $b>a$ වේ.

(i) A ට සාපේක්ෂව B ගේ ප්‍රවේගයේ විශාලත්වය හා දිශාව සොයන්න.

(ii) A ට සාපේක්ෂව B ගේ පෙත ලකුණු කරන්න.

(iii) A හා B අතර කෙටිම දුර, $\frac{|\sqrt{3}a-b|}{2}$ බව පෙන්වන්න.

12.(a) $\underline{\boldsymbol{a}}$ හා $\underline{\boldsymbol{b}}$ යන දෙශික දෙකක තිත්ගුණිතය අර්ථ දක්වන්න.

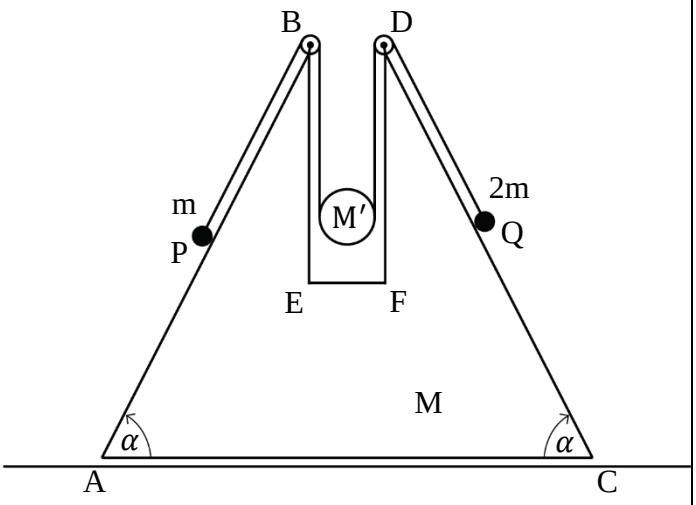
$ABCD$ සමාන්තරාස්‍රයක $\overrightarrow{AC}=\underline{\boldsymbol{a}}$ ද, $\overrightarrow{BD}=\underline{\boldsymbol{b}}$ ද, $D\hat{A}B=\theta$ ද නම්, $\cos\theta=\frac{|\underline{\boldsymbol{a}}|^2-|\underline{\boldsymbol{b}}|^2}{|\underline{\boldsymbol{a}}-\underline{\boldsymbol{b}}||\underline{\boldsymbol{a}}+\underline{\boldsymbol{b}}|}$ බව පෙන්වන්න.

(b) $2\underline{\boldsymbol{i}}, -3\underline{\boldsymbol{i}}+2\underline{\boldsymbol{j}}, \underline{\boldsymbol{i}}+2\underline{\boldsymbol{j}}, -2\underline{\boldsymbol{i}}-5\underline{\boldsymbol{j}}, -5\underline{\boldsymbol{j}}$ යනු A, B, C, D, E ලක්ෂ්‍ය වල පිහිටුම් දෙශික වේ. එම ලක්ෂ්‍ය වලදී ක්‍රියාකරන ඒකතල බල පද්ධතියක් පිළිවෙළින්, $2\underline{\boldsymbol{i}}+3\underline{\boldsymbol{j}}, -5\underline{\boldsymbol{i}}+7\underline{\boldsymbol{j}}, 4\underline{\boldsymbol{i}}-2\underline{\boldsymbol{j}}, 3\underline{\boldsymbol{j}}, -2\underline{\boldsymbol{i}}$ වේ. බලය මනින ඒකකය නිව්ටන වන අතර දුර මනින ඒකකය මීටර වේ. අදාල යෙදුම් ලක්ෂ්‍ය වල බණ්ඩාංක දක්වමින්, එක් එක් බල සංරචක ආකාරයෙන් නිරූපය සටහනක ලකුණු කරන්න. බල පද්ධතියේ සම්ප්‍රයුක්තයේ විශාලත්වයත්, දිශාවත්, ක්‍රියා රේඛාවට X අක්ෂයය හමුවන ලක්ෂ්‍යයත් සොයන්න. ඒනයින්, ක්‍රියා රේඛාවේ සමීකරණය $11x+y+31=0$ බව පෙන්වන්න.

13. (a) AB හා BC යනු දිග $2a$ වූ ඒකාකාර දඬු දෙකකි. B හිදී සුචල ලෙස සන්ධි කර ඇති අතර, AB හි බර W හා BC හි බර $2W$ වෙයි. A හා C කෙළවරවල් තිරස් රළු තලයක් මත පිහිටන සේද, $A\hat{B}C$ සෘජුකෝණයක් වන පරිදිද මෙම දඬු දෙක සිරස් තලයක නිශ්චලව ඇත. BC හි මධ්‍යලක්ෂ්‍යයට, BC ට ලම්බකව ඉන් ඉවතට යෙදූ $\sqrt{2}W$ බලයක් යටතේ සමතුලිතව පවතී නම්, ඝර්ෂණ සංගුණකයට ගත හැකි අවම අගය 1 බව පෙන්වන්න.

(b) $ABCD$ චතුරස්‍රයේ $DM:MC = 3:1$ වන පරිදි M ලක්ෂ්‍යය DC මත පිහිටයි. AC හි මධ්‍ය ලක්ෂ්‍යය E වේ. EM හා BC රේඛා සමාන්තර වේ. $\overrightarrow{BC} = \underline{b}$ ද, $\overrightarrow{CD} = \underline{a}$ ද නම්, ECM හා ABC ත්‍රිකෝණ වලට දෙශික ත්‍රිකෝණ නීතිය යෙදීමෙන්, $\overrightarrow{AB} = (2\lambda - 1)\underline{b} - \frac{1}{2}\underline{a}$ බව පෙන්වන්න. මෙහි λ ධන අදිශයකි. AD රේඛාවේ මධ්‍ය ලක්ෂ්‍යය N නම්ද, CN හා BA රේඛා සමාන්තර නම්ද, $\overrightarrow{AB} = \mu\left(\lambda\underline{b} - \frac{3}{4}\underline{a}\right)$ බව තවදුරටත් පෙන්වන්න. මෙහි μ ධන අදිශයකි. ඒනයින්, λ හා μ සොයා $\overrightarrow{AB} = \frac{1}{2}\left(\underline{b} - \underline{a}\right)$ බව පෙන්වන්න.

14. (a) $ABEFDC$ යනු ස්කන්ධය M වූ කූඤ්ඤයක සිරස් හරස්කඩකි. $B\hat{A}C = D\hat{C}A = \alpha$ වේ. $BEFD$ යනු BE හා DF සිරස් වන පරිදිද EF තිරස් වන පරිදිද හාරා ඇති සිදුරකි. කූඤ්ඤය මත B හා D ලක්ෂ්‍යවලදී සවිකරන ලද කප්පි දෙකක් මතින් දමා ඇති ලුහු අවිතන්‍ය තන්තුව දෙකෙළවරට, ස්කන්ධ m හා $2m$ වන P හා Q අංශු දෙකක් සම්බන්ධ කර ඒවා AB හා DC තලයන් මත තබා ඇත. තන්තුව M' ස්කන්ධය සහිත සවල කප්පිය මතින්ද යන අතර, එම සවල කප්පියට සම්බන්ධ තන්තු කොටස් සිරස්ව පිහිටයි. (රූපය බලන්න.)



කූඤ්ඤය AC පෘෂ්ඨය සුමට තිරස් තලයක් මත තබා නිශ්චලතාවයෙන් මුදා හැරියේ නම්, චලිතයේදීද M' සවල කප්පියට සම්බන්ධ තන්තු කොටස් සිරස් යැයි සළකමින්, කූඤ්ඤයේ ත්වරණයත්, P, Q අංශු දෙකේ ත්වරණත් M' සවල කප්පියේ ත්වරණයත්, තන්තුවේ ආතතියත් සෙවීමට ප්‍රමාණවත් සමීකරණ ලියා දක්වන්න.

(b) A, B, C වූකලී අරයන් සමාන ඒකාකාර සිලින්ඩර තුනකි. A හා B සිලින්ඩර වල බර $2W$ වන අතර C සිලින්ඩරයේ බර W වේ. අක්ෂය තිරස් ලෙස පිහිටමින්, එකිනෙක ගැටෙන සේ A, B සිලින්ඩර, සුමට තිරස් මේසයක් මත තබා, ඒමත C සිලින්ඩරය සමමිතික ලෙස තබනු ලැබේ. සිලින්ඩර වල අක්ෂයන්ට ලම්බකව සිලින්ඩර වටා එක්වරක් ඔතා ඇති තන්තුවක් මඟින් පද්ධතිය සමතුලිතතාවයේ තබා ඇති විට, A හා B සිලින්ඩර අතර ස්පර්ශය නොකඩවා පවත්වා ගැනීමට තන්තුවේ ආතතිය $\frac{W}{2\sqrt{3}}$ ට වඩා අඩු නොවිය යුතු බව පෙන්වන්න.

අ.පො.ස උසස් පෙළ සියලුම විෂයන්ට අදාල ප්‍රශ්න පත්‍ර/පිළිතුරු පත්‍ර/සටහන් ලබා ගැනීමට Past Papers Wiki වෙත පිවිසෙන්න

Past Papers Wiki

15. (a) ගොඩනැගිල්ලක ඉහළම මහලේ සිට ඔසොව්වක් පහළ බසී. එය ආරම්භයේදී නිසලතාවයේ සිට ගමන් අරඹා උසෙන් පළමු තුනෙන් පංගුව ඒකාකාර ත්වරණයෙන් පහළ බසී. ඊළඟ තුනෙන් පංගුව ඒකාකාර ප්‍රවේගයෙන්ද, අවසාන කොටස ඒකාකාර මන්දනයෙන්ද යුතුව චලිත වී, බිම් මහලේදී ඔසොව්ව නිසලතාවයට පත්වේ. ඔසොව්ව පහළ බසින කාලය, එය පහළ බසින උසමෙන් හතර ගුණයක උසක් ගුරුත්වය යටතේ නිදැල්ලේ වැටීමට ගතවන කාලයට සමාන වෙයි. ඔසොව්වේ චලිතයට ප්‍රවේග-කාල වක්‍රයක් අඳින්න.

මිනිසෙක් ඔසොව්ව මත හිටගෙන සිටී නම්, පළමු කොටසේදී ඔසොව්වේ බිම සහ මිනිසා අතර ප්‍රතික්‍රියාව, ඔහුගේ බර මෙන් $\frac{23}{48}$ ගුණයක් බව පෙන්වන්න.

(b) තිරස සමඟ θ කෝණයක් සාදන සරල රේඛාවක් ඔස්සේ ඉහළට u නියත ප්‍රවේගයකින් කුරුල්ලෙක් පියඹා යයි. කුරුල්ලා ගුවනේ X ලක්ෂ්‍යයක් පසුකර යනවිට, X ට හරි කෙළින් d දුරක් පහළින් පිහිටි ලක්ෂ්‍යයක සිට තිරසට $\left(\frac{\pi}{6}+\theta\right)$ කෝණයක් ආනතව V ප්‍රවේගයකින් වෙඩිල්ලක් තබනු ලැබේ. වෙඩිල්ල කුරුල්ලාගේ වදී නම්, $\tan\theta = \sqrt{3} - \frac{2u}{V}$ සහ $V > 2\sqrt{2gd}$ බව පෙන්වන්න.

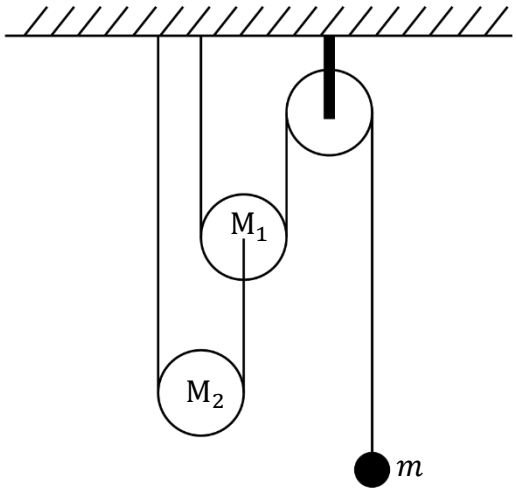
16. (a) $A(a,b)$ ලක්ෂ්‍යයේදී ක්‍රියාකරන F බලයක් සුදුසු පරිදි තෝරාගත් ලක්ෂ්‍යයකදී ක්‍රියාකරන එවැනිම F බලයකට හා G යුග්මයකට තුල්‍ය වන බව පෙන්වන්න.

$O(0,0)$, $A(2,0)$, $B(4,2)$, $C\left(0, 2+\frac{4\sqrt{3}}{3}\right)$ වෙයි. $\overrightarrow{OA}$, $\overrightarrow{AB}$, $\overrightarrow{BC}$ හා $\overrightarrow{CO}$ ඔස්සේ ක්‍රියා කරන ඒකතල බල පද්ධතියක් පිළිවෙළින් නිව්ටන වලින්, $4, 2\sqrt{2}, 2\sqrt{3}$ හා $\sqrt{3}$ වෙයි. දුර මනින ඒකකය මීටර වේ. බල පද්ධතියේ සම්ප්‍රයුක්තයේ විශාලත්වය, දිශාව හා ක්‍රියාරේඛාව X අක්ෂය හමුවන ලක්ෂ්‍යය M නම්, OM දුර සොයන්න. දැන් M හිදී $\overrightarrow{MO}$ දිශාවට $3N$ ක අතිරේක බලයක් යොදනු ලැබුයේ නම්, නව පද්ධතියේ සම්ප්‍රයුක්තයේ විශාලත්වය, දිශාව හා පිහිටීම සොයන්න. නව සම්ප්‍රයුක්ත බලය O මූලයේදී ක්‍රියා කරන එවැනිම බලයකින් හා G යුග්මයකින් ප්‍රතිස්ථාපනය කළේ නම්, එම යුග්මයේ විශාලත්වය හා අත සොයන්න.

(b) $\underline{a}$ හා $\underline{b}$ යනු එකිනෙකට සමාන්තර නොවන අශූන්‍යද නොවන දෛශික දෙකක් නම්, $\alpha\underline{a} + \beta\underline{b} = \underline{0}$ දෛශික සමීකරණය විසඳිය හැක්කේ, $\alpha = 0$ හා $\beta = 0$ වන පරිදි α හා β අදිශ පවතී නම්ම පමණක් බව සාධනය කරන්න.

$ABCD$ සමාන්තරාස්‍රයකි. $BE:EC = 3:2$ හා $AF:FD = 4:1$ වන පරිදි BC මත E ලක්ෂ්‍යයද AD මත F ලක්ෂ්‍යයද පිහිටයි. AE හා BF රේඛා M හිදී ඡේදනය වේ. $AM:ME = 4:3$ බවත් $BM:MF = 3:4$ බවත් සාධනය කරන්න.

17. (*a*) M_1 හා M_2 ස්කන්ධ සහිත සවල කප්පි දෙකකින් සමන්විත කප්පි පද්ධතියක් රූපයේ දක්වා ඇත. M_1 හා M_2 ට සම්බන්ධ ලුහු අවිතන්‍ය තන්තු දෙකේ ආතතීන් T_1 හා T_2 යැයි දී ඇත. M_1 ට සම්බන්ධ ලුහු අවිතන්‍ය තන්තුවේ නිදහස් කෙළවර m ස්කන්ධයක් දරයි. සියළුම තන්තු කොටස් සිරස් වේ. තදනන්තර චලිතයේදී,



$T_1\left[\frac{1}{3m}+\frac{10}{3M_1}\right]=T_2\left[\frac{5}{3M_1}+\frac{4}{M_2}\right]$ බව සාධනය කරන්න.

(*b*) බර $2W$ හා අරය a වූ ඒකාකාර ඝන අර්ධ ගෝලයක් එහි තල ආධාරකය ඝර්ෂණ සංගුණකය μ වූ රළු තිරස් තලයක් සමඟ ස්පර්ශව පවතිනසේ තබා, දිග $2a$ හා බර W වූ ඒකාකාර AB දණ්ඩක් A කෙළවර රළු තිරස් තලයට අසවිකර, AB මත ලක්ෂ්‍යයක් අර්ධ ගෝලයේ වක්‍ර පෘෂ්ඨය ස්පර්ශ වන පරිදි තිරසට $\pi/6$ ක කෝණයක් ආනතව තබා තිබේ. අර්ධ ගෝලයේ තල ආධාරකයට, රළු තිරස් තලය ඔස්සේ, දණ්ඩෙන් ඉවත්වන දිශාවට P යෝජිත බලයක් ලබාදුන්විට, අර්ධ ගෝලය සමතුලිතව තිබීම සඳහා

$P\leq\frac{W}{4}\left[\left(8+\sqrt{3}\right)\mu-1\right]$ විය යුතු බව සාධනය කරන්න.

අ.පො.ස උසස් පෙළ සියලුම විෂයන්ට අදාල ප්‍රශ්න පත්‍ර/පිළිතුරු පත්‍ර/සටහන් ලබා ගැනීමට Past Papers Wiki වෙත පිවිසෙන්න